S1 eksamen H2025

matematikkoppgaver.vercel.app

Oversikt over oppgavene

Del 1 — 2 timer — uten hjelpemidler

№	Navn	Temaer	LF
it, stroke: (dash: «dotted»), offset: 1.5pt	it, stroke: (dash: «dotted»), offset: 1.5pt´	derivasjon, funksjoner	✓
it, stroke: (dash: «dotted»), offset: 1.5pt	it, stroke: (dash: «dotted»), offset: 1.5pt´	logaritmer, likninger	✓
it, stroke: (dash: «dotted»), offset: 1.5pt	it, stroke: (dash: «dotted»), offset: 1.5pt´	grenseverdi, kontinuitet	✓
it, stroke: (dash: «dotted»), offset: 1.5pt	it, stroke: (dash: «dotted»), offset: 1.5pt´	kombinatorikk	✓
it, stroke: (dash: «dotted»), offset: 1.5pt	it, stroke: (dash: «dotted»), offset: 1.5pt´	derivasjon, funksjoner, logaritmer	✓
it, stroke: (dash: «dotted»), offset: 1.5pt	it, stroke: (dash: «dotted»), offset: 1.5pt´	sannsynlighet, programmering	✓

Del 2 — 3 timer — med hjelpemidler

№	Navn	Temaer	LF
it, stroke: (dash: «dotted»), offset: 1.5pt	it, stroke: (dash: «dotted»), offset: 1.5pt´	eksponentiell vekst, modellering, regresjon	✓
it, stroke: (dash: «dotted»), offset: 1.5pt	it, stroke: (dash: «dotted»), offset: 1.5pt´	kontinuitet, funksjoner, delt forskrift	✓
it, stroke: (dash: «dotted»), offset: 1.5pt	it, stroke: (dash: «dotted»), offset: 1.5pt´	sannsynlighet, kombinatorikk	✓
it, stroke: (dash: «dotted»), offset: 1.5pt	it, stroke: (dash: «dotted»), offset: 1.5pt´	økonomi, derivasjon, funksjoner	✓
it, stroke: (dash: «dotted»), offset: 1.5pt	it, stroke: (dash: «dotted»), offset: 1.5pt´	logaritmer, modellering	✓
it, stroke: (dash: «dotted»), offset: 1.5pt	it, stroke: (dash: «dotted»), offset: 1.5pt´	sannsynlighet, programmering, diskrete sannsynlighetsfordelinger	✓

Del 1

Oppgave 1-1

a) Deriver funksjonen f gitt ved

$$f(x) = \frac{1}{3}x^3 + \sqrt{x} + 2$$

Funksjon g gitt ved

$$g(x) = \frac{2x-3}{e^x}$$

er kontinuerlig og deriverbar for alle $x \in \mathbb{R}$.

b) Bestem $g'(2)$ og $g'(3)$.

c) Hva forteller svarene i oppgave b om grafen til g når $x \in [2, 3]$?

Løsningsforslag

a) Vi bruker potensregler og derivasjonsregler:

$$f(x) = \frac{1}{3}x^3 + x^{1/2} + 2$$

$$f'(x) = x^2 + \frac{1}{2}x^{-1/2} = x^2 + \frac{1}{2\sqrt{x}}$$

$$\texttt{underline}\left[\texttt{underline}\left[f'(x) = x^2 + \frac{1}{2\sqrt{x}}\right]\right]$$

b) Vi bruker kvotientregelen på $g(x) = \dfrac{2x-3}{e^x}$:

$$g'(x) = \frac{2 \cdot e^x - (2x-3) \cdot e^x}{(e^x)^2} = \frac{e^{x(2-2x+3)}}{e^{2x}} = \frac{5-2x}{e^x}$$

Dermed:

$$g'(2) = \frac{5 - 2 \cdot 2}{e^2} = \frac{1}{e^2}$$

$$g'(3) = \frac{5 - 2 \cdot 3}{e^3} = -\frac{1}{e^3}$$

$$\texttt{underline}\left[\texttt{underline}\left[g'(2) = \frac{1}{e^2}\right]\right] \textbf{ og } \texttt{underline}\left[\texttt{underline}\left[g'(3) = -\frac{1}{e^3}\right]\right]$$

c) Siden $g'(2) = \dfrac{1}{e^2} > 0$, er grafen til g stigende i $x = 2$.

Siden $g'(3) = -\dfrac{1}{e^3} < 0$, er grafen til g synkende i $x = 3$.

Fordi g' er kontinuerlig og skifter fortegn fra positivt til negativt i intervallet $\langle 2, 3 \rangle$, har g et **toppunkt** et sted i dette intervallet.

Oppgave 1-2

a) Løs likningen

$$(\lg x)^2 - 2 \lg x = 8$$

b) Bestem a slik at

$$\log_a \frac{1}{64} = -3$$

Løsningsforslag

a) Vi setter $u = \lg x$ og skriver om likningen:

$$\begin{aligned} u^2 - 2u - 8 &= 0 \\ (u-4)(u+2) &= 0 \\ u = 4 \quad &\text{eller} \quad u = -2 \end{aligned}$$

Tilbake til x:

$\lg x = 4 \implies x = 10^4 = \texttt{underline}[\texttt{underline}[10\,000]]$

$\lg x = -2 \implies x = 10^{-2} = \texttt{underline}[\texttt{underline}[0{,}01]]$

b) Vi bruker definisjonen av logaritme:

$$\log_a \frac{1}{64} = -3 \implies a^{-3} = \frac{1}{64} \implies a^3 = 64 \implies a = \sqrt[3]{64}$$

$\texttt{underline}[\texttt{underline}[a = 4]]$

Oppgave 1-3

a) Bestem grenseverdien dersom den eksisterer:

$$\lim_{x \to -2} \frac{x^2 - 4x + 2}{x^2 - 2x - 8}$$

b) 1) Bestem a slik at grenseverdien eksisterer:

$$\lim_{x \to -2} \frac{x^2 + ax + 2}{x^2 - 2x - 8}$$

2) Bestem grenseverdien for denne verdien av a.

Løsningsforslag

a) Vi sjekker nevneren i $x = -2$:

$$x^2 - 2x - 8 = (x-4)(x+2) \implies \text{nevner} = 0 \ \text{ når } \ x = -2$$

Telleren i $x = -2$:

$$(-2)^2 - 4 \cdot -2 + 2 = 4 + 8 + 2 = 14 \neq 0$$

Siden nevneren er 0 og telleren er $\neq 0$ i $x = -2$, **eksisterer ikke grenseverdien**.

b) **Del 1 – bestem a:**

For at grenseverdien skal eksistere, må telleren også være 0 i $x = -2$:

$$(-2)^2 + a \cdot -2 + 2 = 0 \implies 6 - 2a = 0 \implies \texttt{underline}[\texttt{underline}[a = 3]]$$

Del 2 – bestem grenseverdien:

Med $a = 3$ faktoriserer vi teller og nevner:

$$\frac{x^2+3x+2}{x^2-2x-8} = \frac{(x+1)(x+2)}{(x-4)(x+2)}$$

Kansellerer $(x+2)$ (vi ser bort fra $x=-2$ siden vi tar grenseverdi):

$$\lim_{x\to -2} \frac{(x+1)\cancel{(x+2)}}{(x-4)\cancel{(x+2)}} = \frac{-2+1}{-2-4} = \frac{-1}{-6}$$

Grenseverdien er `underline`$\Big[$`underline`$\Big[\frac{1}{6}\Big]\Big]$.

Oppgave 1-4

Et passord skal bestå av tre tegn og lages av sifrene 1–9 og bokstavene A–F.
Det første tegnet skal være en bokstav, og de to neste tegnene skal være to ulike siffer.

a) Hvor mange ulike passord er det mulig å lage med disse betingelsene?

Et annet passord skal også bestå av tre tegn.

- Hvert tegn skal være et av sifrene 1, 2, 3, 4 eller en av bokstavene A, B, C.
- Både sifrene og bokstavene kan forekomme flere ganger.
- Passordet må inneholde minst én bokstav og minst ett siffer.

b) Hvor mange ulike passord er det mulig å lage med disse betingelsene?

Løsningsforslag

a)
- Første tegn: én av bokstavene A–F → 6 valg
- Andre tegn: ett av sifrene 1–9 → 9 valg
- Tredje tegn: ett av de **resterende** 8 sifrene → 8 valg

$$6 \cdot 9 \cdot 8 = \texttt{underline}[\texttt{underline}[432]]$$

Det er mulig å lage 432 **ulike passord.**

b) Totalt 7 tegn: $\{1, 2, 3, 4, A, B, C\}$. Uten begrensninger: $7^3 = 343$ passord.

Vi trekker fra de som **ikke** oppfyller kravet om minst én bokstav og minst ett siffer:

- Kun siffer $\{1, 2, 3, 4\}$: $4^3 = 64$ passord
- Kun bokstav $\{A, B, C\}$: $3^3 = 27$ passord

$$343 - 64 - 27 = \texttt{underline}[\texttt{underline}[252]]$$

Det er mulig å lage 252 **ulike passord.**

Oppgave 1-5

En funksjon f er gitt ved

$$f(x) = 4x^2 \cdot \ln x$$

Bestem koordinatene til eventuelle topp- og bunnpunkter på grafen til f.

Løsningsforslag

Vi har $f(x) = 4x^2 \cdot \ln x$ definert for $x > 0$. Deriverer med produktregelen:

$$f'(x) = 8x \cdot \ln x + 4x^2 \cdot \frac{1}{x} = 8x \ln x + 4x = 4x(2 \ln x + 1)$$

For $x > 0$ er $4x > 0$ alltid, så $f'(x) = 0$ krever:

$$2 \ln x + 1 = 0 \Longrightarrow \ln x = -\frac{1}{2} \Longrightarrow x = e^{-1/2} = \frac{1}{\sqrt{e}}$$

Fortegnsskjema for $f'(x)$:

x	0		$\frac{1}{\sqrt{e}}$		$\rightarrow$
$f'(x)$		$-$	0	$+$	
$f(x)$		$\searrow$	bunn	$\nearrow$	

f' skifter fortegn fra $-$ til $+$, så det er et **bunnpunkt**.

Funksjonsverdien:

$$f\left(\frac{1}{\sqrt{e}}\right) = 4 \cdot \frac{1}{e} \cdot \left(-\frac{1}{2}\right) = -\frac{2}{e}$$

Grafen til f har et bunnpunkt i `underline`$\left[\right.$`underline`$\left[\left(\frac{1}{\sqrt{e}}, -\frac{2}{e}\right)\right]\Big]$.

Oppgave 1-6

Einar er fotballspiller og har skrevet programmet nedenfor.

```python
from random import choice
#choice returnerer en tilfeldig verdi fra en liste

alternativer = ["bom", "bom", "bom", "treff", "treff"]
#liste med alternativer

skuddserie = 3
antall_treff = 0

for i in range(skuddserie):
    skudd = choice(alternativer)
    if skudd == "treff":
        antall_treff = antall_treff + 1

print(antall_treff/skuddserie)
```

a) Hvilke mulige verdier kan programmet skrive ut?

b) Bestem sannsynligheten for at programmet skriver ut 1,0.

Når Einar tar et straffespark, er sannsynligheten for at han scorer mål, 30 %.

c) Hva er det minste antallet straffespark Einar må ta for at sannsynligheten for at han scorer minst ett mål, skal være 50 % eller mer?

Løsningsforslag

a) Programmet kjører løkken `for i in range(3)` tre ganger. Hvert skudd gir enten `"treff"` (sannsynlighet $\frac{2}{5}$) eller `"bom"`. Programmet skriver ut $\frac{\texttt{antall_treff}}{3}$.

Programmet kan skrive ut: 0, 0,333, 0,666 eller 1,0.

b) Programmet skriver ut 1,0 kun hvis alle tre skudd er treff:

$$P(\text{alle tre treff}) = \left(\frac{2}{5}\right)^3 = \frac{8}{125}$$

$\texttt{underline}\left[\texttt{underline}\left[P = \frac{8}{125}\right]\right]$

c) Sannsynligheten for at Einar scorer minst ett mål på n straffespark:

$$P(\text{minst ett mål}) = 1 - 0{,}7^n \geq 0{,}5$$

$$0{,}7^n \leq 0{,}5$$

Vi prøver:

- $n = 1$: $1 - 0{,}7 = 0{,}30 < 0{,}5$
- $n = 2$: $1 - 0{,}49 = 0{,}51 \geq 0{,}5$ ✓

Einar må ta minst $\texttt{underline}[\texttt{underline}[2]]$ **straffespark.**

Del 2

Oppgave 2-1

Tabellen nedenfor viser folketallet i en bygd, noen år i perioden 1910–1935.

År	1910	1913	1919	1921	1925	1927	1931	1935
Folketall	800	963	1253	1511	1720	1879	2387	2774

a) Bruk informasjonen til å lage en modell på formen

$$F(t) = a \cdot b^t$$

for antall personer $F(t)$ som bodde i bygda t år etter 1910.

Vurder modellens gyldighetsområde. b) Når økte befolkningen med mer enn 80 personer per år ifølge modellen? c) Hvor mange år gikk det før den gjennomsnittlige befolkningsveksten fra 1910 var større enn 80 personer per år ifølge modellen?

Løsningsforslag

a) Vi setter $t = 0$ i 1910 og bruker eksponentiell regresjon på datapunktene:

t	0	3	9	11	15	17	21	25
F	800	963	1253	1511	1720	1879	2387	2774

Eksponentiell regresjon (f.eks. i GeoGebra) gir:

$$\texttt{underline}\big[\texttt{underline}\big[F(t) \approx 820{,}6 \cdot 1{,}051^t\big]\big]$$

Grafen under viser at kurven passer godt til datapunktene ($R^2 \approx 0{,}99$):

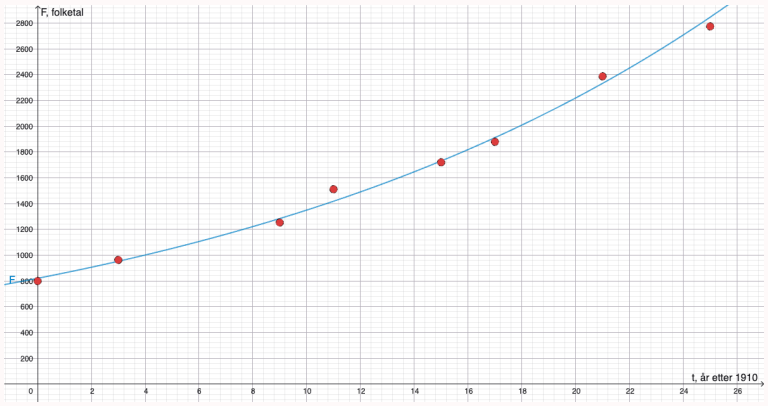

Figur 1: Regresjonsmodell og datapunkter for oppgave 2-1a

Gyldighetsområde: Modellen passer for dataene i perioden 1910–1935, det vil si $t \in [0, 25]$. Utenfor dette tidsrommet kan vekstmønsteret endre seg og modellen mister gyldighet.

b) Vekstfarten er den deriverte av F:

$$F'(t) = 820{,}6 \cdot 1{,}051^t \cdot \ln(1{,}051)$$

Vi løser $F'(t) = 80$ i GeoGebra CAS:

Figur 2: GeoGebra CAS løsning for oppgave 2-1b

CAS gir $t \approx 13{,}5$, dvs. fra og med $t = 14$ (år **1924**).

Befolkningen økte med mer enn 80 personer per år fra og med 1924 ifølge modellen.

c) Gjennomsnittlig befolkningsvekst fra 1910 til år t er $\dfrac{F(t) - F(0)}{t}$. Vi løser:

$$\frac{F(t) - 820{,}6}{t} = 80$$

i GeoGebra CAS:

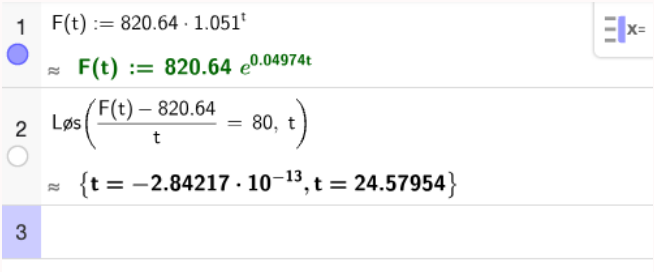

Figur 3: GeoGebra CAS løsning for oppgave 2-1c

CAS gir $t \approx 24{,}6$, så vi runder opp til $t = 25$.

Det gikk `underline`[`underline`[25 år]] (til 1935) før den gjennomsnittlige veksten fra 1910 var større enn 80 personer per år.

Oppgave 2-2

En funksjon f er gitt ved

$$f(x) = \begin{cases} 2x - 2 & x \leq -2 \\ 2x^3 + 2x^2 - 4x & -2 < x < k \\ 4 & x \geq k \end{cases} \quad \text{der} \quad k \in \langle -2, \rightarrow \rangle$$

a) Avgjør om f er kontinuerlig når $x = -2$.
b) Bestem k slik at f er kontinuerlig når $x = k$.

Løsningsforslag

a) Vi sjekker grenser fra venstre og høyre i $x = -2$:

$$\lim_{x \to -2^-} (2x - 2) = 2(-2) - 2 = -6$$

$$\lim_{x \to -2^+} \left(2x^3 + 2x^2 - 4x\right) = 2(-8) + 2(4) - 4(-2) = -16 + 8 + 8 = 0$$

Siden $\lim_{x \to -2^-} f(x) = -6 \neq 0 = \lim_{x \to -2^+} f(x)$ eksisterer ikke grenseverdien i $x = -2$.

f er ikke kontinuerlig i $x = -2$.

b) For at f skal være kontinuerlig i $x = k$ må:

$$\lim_{x \to k^-} \left(2x^3 + 2x^2 - 4x\right) = 4$$

$$2k^3 + 2k^2 - 4k = 4$$

$$k^3 + k^2 - 2k - 2 = 0$$

Vi faktoriserer:

$$k^2(k+1) - 2(k+1) = \left(k^2 - 2\right)(k+1) = 0$$

$$k = \sqrt{2}, \quad k = -\sqrt{2}, \quad k = -1$$

Alle tre verdiene er større enn -2 og dermed i gyldighetsområdet $k \in \langle -2, \rightarrow \rangle$.

$\texttt{underline}\left[\texttt{underline}\left[k=\sqrt{2}\right]\right]$, $\texttt{underline}\left[\texttt{underline}\left[k=-\sqrt{2}\right]\right]$ **eller** $\texttt{underline}\left[\texttt{underline}\left[k=-1\right]\right]$

Oppgave 2-3

Sander, Henny og Kari har hver sin pose med drops. I alle posene er det 3 grønne, 8 gule og 7 røde drops.

Sander tar 2 tilfeldige drops fra sin pose.

a) Bestem sannsynligheten for at han tar 2 gule drops.

Henny tar 3 tilfeldige drops fra sin pose.

b) Bestem sannsynligheten for at hun tar et drops av hver farge.

Sander og Henny legger tilbake dropsene de tok i oppgave a og b. Alle tre tar så et drops fra hver sin pose.

c) Bestem sannsynligheten for at alle får samme farge på dropset de tar.

Løsningsforslag

Hver pose inneholder $3+8+7=18$ drops.

a) Sander tar 2 drops. Sannsynligheten for 2 gule:

$$P(2\text{ gule}) = \frac{\binom{8}{2}}{\binom{18}{2}} = \frac{28}{153}$$

$\texttt{underline}\left[\texttt{underline}\left[P=\frac{28}{153}\right]\right]$

b) Henny tar 3 drops. Sannsynligheten for én av hver farge:

$$P(\text{en av hver}) = \frac{\binom{3}{1}\binom{8}{1}\binom{7}{1}}{\binom{18}{3}} = \frac{3\cdot 8\cdot 7}{816} = \frac{168}{816} = \frac{7}{34}$$

$\texttt{underline}\left[\texttt{underline}\left[P=\frac{7}{34}\right]\right]$

c) Alle tre tar ett drops fra hver sin pose – uavhengige hendelser.

$$P(\text{alle samme}) = P(\text{alle grønn}) + P(\text{alle gul}) + P(\text{alle rød})$$

$$= \left(\frac{3}{18}\right)^3 + \left(\frac{8}{18}\right)^3 + \left(\frac{7}{18}\right)^3 = \frac{27+512+343}{5832} = \frac{882}{5832} = \frac{49}{324}$$

$\texttt{underline}\left[\texttt{underline}\left[P=\frac{49}{324}\right]\right]$

Oppgave 2-4

En elevbedrift produserer og selger et produkt. Kostnaden $K(x)$ kroner ved produksjon og salg er gitt ved

$$K(x) = 0{,}02x^2 + 60x + 12000$$

Elevbedriften selger produktet for 100 kroner per enhet.

a) Hvor stort er det største overskuddet elevbedriften kan få?

Elevbedriften klarer å forhandle ned de faste kostnadene til 8000 kroner. De produserer og selger nå 1000 enheter.

b) Hva er den laveste prisen elevbedriften kan selge produktet for, dersom de skal unngå å gå med underskudd?

Løsningsforslag

a) Inntekt per enhet er 100 kr. Overskuddet er:

$$O(x) = 100x - K(x) = 100x - 0{,}02x^2 - 60x - 12\,000 = -0{,}02x^2 + 40x - 12\,000$$

Vi finner maksimum ved å sette $O'(x) = 0$ og beregner i GeoGebra CAS:

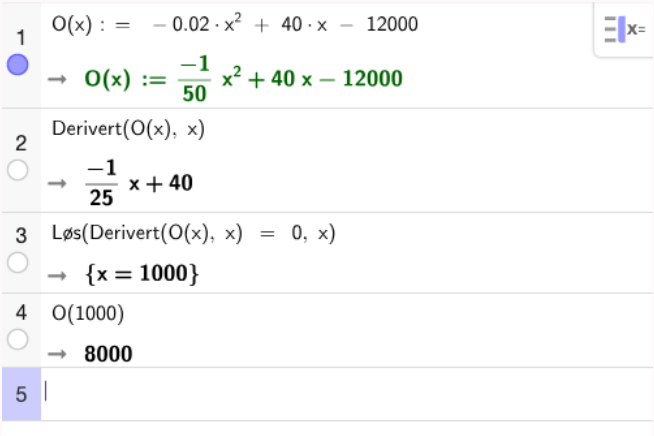

Figur 4: GeoGebra CAS løsning for oppgave 2-4a

CAS bekrefter at $O'(x) = 0$ i $x = 1000$ og at $O(1000) = 8000$.

Det største overskuddet er `underline`[`underline`[8 000 kr]], oppnådd ved produksjon og salg av 1000 enheter.

b) Nye faste kostnader er 8000 kr. Ved salg av $x = 1000$ enheter:

$$K(1000) = 0{,}02 \cdot 1000^2 + 60 \cdot 1000 + 8000 = 20\,000 + 60\,000 + 8000 = 88\,000 \text{ kr}$$

For å unngå underskudd må inntektene dekke kostnadene:

$$1000 \cdot p \geq 88\,000 \implies p \geq 88$$

Den laveste prisen er `underline`[`underline`[88 kr]] per enhet.

Oppgave 2-5

Beboerne i et boligområde klager på lukt fra et biogassanlegg. Kommunen tar luftprøver og vurderer værdata som vind og temperatur.

Prøvene analyseres, og hver prøve gis en luktverdi C. Denne luktverdien er gitt i luktenheter (odour units) per kubikkmeter (OU/m^3).

Sammenhengen mellom C og luktintensiteten I er gitt ved

$$I = 1{,}4 \cdot \lg(C) - 0{,}3$$

Biogassanlegget er pålagt å forholde seg til tabellen nedenfor.

Luktintensitet (I)	Vurdering
< 1	uproblematisk
1–2	akseptabelt
2–3	kan aksepteres kortvarig
3–4	plagsom lukt, bør begrenses
> 4	plagsomt, tiltak kreves

Resultatet av prøvene viser luktverdier mellom 500 OU/m^3 og 1400 OU/m^3.

a) Har beboerne grunnlag for å klage?

Biogassanlegget tar klagene på alvor og ønsker å redusere luktplagene.

b) Hvilken luktverdi må nye prøver vise for at luktintensiteten skal bli akseptabel?

Løsningsforslag

a) Vi beregner luktintensiteten $I = 1{,}4 \cdot \lg(C) - 0{,}3$ for begge grenseverdiene:

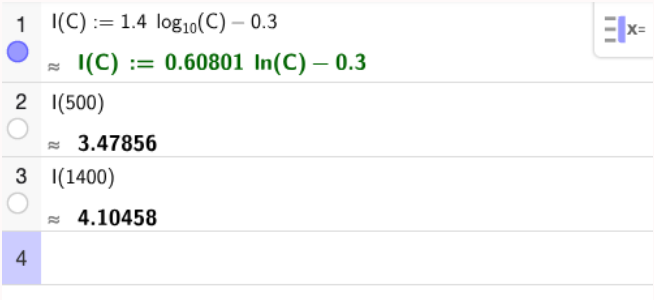

Figur 5: GeoGebra CAS løsning for oppgave 2-5a

CAS gir:

- $I(500) \approx 3{,}48$: «plagsom lukt, bør begrenses»
- $I(1400) \approx 4{,}10$: «plagsomt, tiltak kreves»

Prøvene viser luktintensiteter i området 3,48 til 4,10, noe som tilsvarer kategoriene «plagsom» og «tiltak kreves».

Ja, beboerne har grunnlag for å klage.

b) For at luktintensiteten skal bli akseptabel, trenger vi $1 \leq I \leq 2$. Vi løser i GeoGebra CAS:

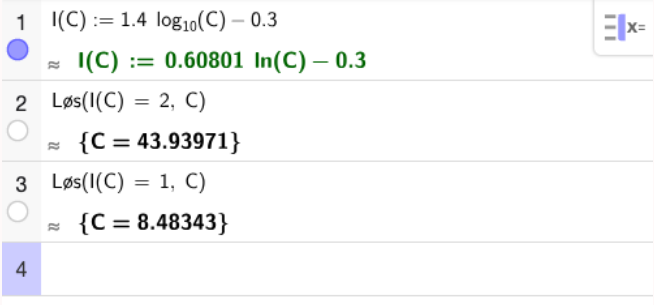

Figur 6: GeoGebra CAS løsning for oppgave 2-5b

CAS gir:

- $I = 2$ gir $C \approx 44$
- $I = 1$ gir $C \approx 8{,}5$

Nye prøver må vise luktverdier i intervallet underline[underline[$8{,}5 \leq C \leq 44\,\mathrm{OU/m^3}$]] for at luktintensiteten skal bli akseptabel.

Oppgave 2-6

Ola spiller et spill med mange vanlige terninger. Spillet går over flere runder.

For å kaste terninger og spille bruker Ola programmet nedenfor.

```python
from random import randint
#randint(a,b) gir et tilfeldig heltall fra og med a til og med b

runder = 0
terninger = 100
while terninger > 0:
    for i in range(terninger):
        if randint(1,6) == 6:
            terninger = terninger + 3
        else:
            terninger = terninger - 1
    runder = runder + 1

print(runder)
```

a) Hva er reglene for spillet?

Ola spiller mange ganger.

b) Bestem det gjennomsnittlige antallet runder spillet vil vare.

Løsningsforslag

a) **Spilleregler:**

- Spillet starter med 100 terninger.
- Hver runde kastes alle terningene (antallet er fast ved rundens start).
- For hvert kast som viser 6: legg til 3 terninger.
- For hvert kast som **ikke** viser 6: ta bort 1 terning.
- Etter at alle terningene er kastet, økes rundetelleren med 1.
- Spillet fortsetter til det ikke er noen terninger igjen.

b) La n være antall terninger ved starten av en runde. For hvert enkelt kast er:

$$E[\text{netto endring per terning}] = \frac{1}{6} \cdot 3 + \frac{5}{6} \cdot -1 = \frac{1}{2} - \frac{5}{6} = -\frac{1}{3}$$

Forventet antall terninger etter én runde: $n - \frac{n}{3} = \frac{2n}{3}$

Etter r runder er forventet antall terninger:

$$\mathrm{E}[n_r] = 100 \cdot \left(\frac{2}{3}\right)^r$$

Merk

Bemerker vi at antall terninger etter en runde faktisk er 4antall sekser, kan man via simulering av programmet (kjørt mange ganger) bestemme gjennomsnittet presist.

Simulering av programmet over mange kjøringer gir et gjennomsnitt på ca. 8,5 runder.

Det gjennomsnittlige antallet runder spillet vil vare, er `underline`[`underline`[$\approx$ 8,5]].